14 – НҰСҚА

БІР ДҰРЫС ЖАУАБЫ БАР ТЕСТ ТАПСЫРМАЛАРЫ

1. Эволюцияның палентологиялық дәлелдемелері
   a) ұрықтың бөлшектенуі
   b) өтпелі формалар
   c) аналогиялық мүшелер
   d) биохимиялық анализдер
2. Жүрегі үш қуысы, қарыншасында жартылай перде болатын жануар
   a) сиыр
   b) бақа
   c) жылан
   d) құс
3. Қуыстық қабынуы
   a) уремия
   b) нефрит
   c) гастрит
   d) цистит
4. Қанның сұйық бөлігі
   a) гемоглабин
   b) лимфоцит
   c) эритроцит
   d) плазма
5. Фотосинтездеуші және қор жинаушы ұлпа
   a) түзуші
   b) негізгі
   c) жабын
   d) тірек
6. Түрлердің сыртқы және ішкі құрылыстарындағы ұқсастықтарын анықтайтын түр критерийі
   a) морфологиялық
   b) физиологиялық
   c) экологиялық
   d) генетикалық
7. Микроскоп арқылы көрінетін жасушадағы қандай да бір заттардың уақытша шоғырлануы
   a) Жасуша шырыны
   b) Жасуша қосындылары
   c) Бөгде заттар
   d) Бөліп шығару өнімдері
8. АТФ – синтетаза орналасады
   a) матриксте
   b) стромада
   c) кристада
   d) гранулада
9. Нәруыз биосинтезінің аяқталу сатысы
   a) делеция
   b) инверсия
   c) инициация
   d) терминация
10. Картоп жасушасының цитоплазмасында жиналады:
   a) май тамшылары
   b) нәруыз
   c) крахмал түйірлері
   d) инулин

11. Митоз үдерісіндегі ядрошық пен ядро қабықшасының еруінен басталатын фаза
a) анафаза
b) метафаза
c) профаза
d) телофаза
12. Микробтаарды басып тастауға немесе өлтіріп тастауға қабілетті микроорганизімдердің қасиеті
a) еріткіштік
b) гормональдық
c) ферментативтік
d) антибиотикалық
13. Балықтың бөліп шығару мүшесі
a) мальпигий түтікшесі
b) жиырылғыш вакуоль
c) жасыл без
d) бүйрек
14. Мембранасы жоқ органоидтар:
a) Рибосома, лизосома
b) ЭПТ, Гольджи жиынтығы
c) Рибосома, жасуша орталығы
d) Митохондрия, пластид
15. Сүйектердің қозғалмалы байланысы
a) шеміршек арқылы
b) жік арқылы
c) байлам арқылы
d) буын арқылы
16. 1-ші деңгейдегі консумент
a) бүркіт
b) қасқыр
c) шегіртке
d) балдыр
17. Өсімдік майларының құраында болатын май қышқылы
a) глицерин
b) каприн
c) линолен
d) сфингенин
18. Адам көзінің оптикалық жүйесі
a) көзбұршақ
b) қарашық
c) нұрлы қабық
d) торлы қабық
19. Саусақ салалы күрделі жапырақ
a) итмұрын
b) акация
c) талшын
d) беде
20. Нефрон касуоасы орналасады
a) қыртысты қабатта
b) боз қабатта
c) милы қабатта
d) ішкі қабатта
21. Жүрегі құрсағында орналасқан, көпқуысты түтікше тәрізді
a) сегізаяқ
b) ұлу
c) шұбаршылаң
d) өрмекшI

22. Зәр уақытша жиналатын мүше
   a) несепағар
   b) қуық
   c) бүйрек
   d) зәр өзегі
23. Тістің ортаңғы қабаты
   a) пульпа
   b) дентин
   c) қаптамасы
   d) кіреуке
24. Адам ағзасындағы ең ірі без
   a) бүйрек
   b) бауыр
   c) ұйқы безі
   d) қалқанша безі

25. а және b суреттінде көрсетілген үдеріс	
a) транспирация және транслокация b) трансляция және транскрипция c) рпелекция және дупликация **d) денатурация және ренатурация**	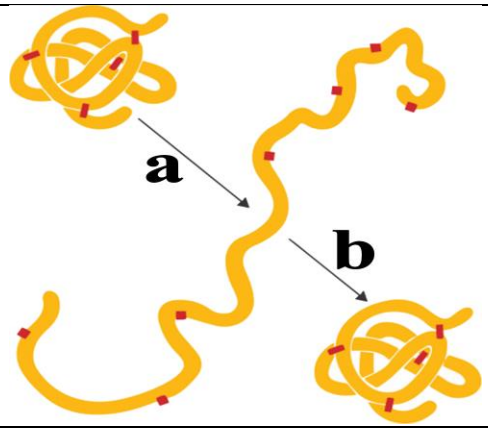

МӘТІН БОЙЫНША БІР ДҰРЫС ЖАУАПТЫ ТАҢДАУҒА АРНАЛҒАН ТАПСЫРМАЛАР.

МӘН МӘТІНДІК ТАПСЫРМА
ЖАСУША БӨЛІНУІ

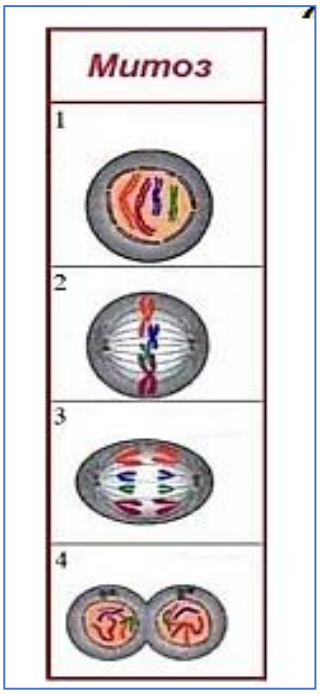	**Жасуша үш түрлі жолмен бөлінеді.** 1. Митоз – дене (соматикалық) жасушаларының бөлінуі; 2. Амитоз – қарапайымдылардың тікелей бөлінуі; 3. Мейоз – жыныс жасушаларының бөлінуі. Митоздық бөліну кезінде бір диплоидты жасушадан (2n) генетикалық материалы теңдей бөлінген екі диплоидты жасуша түзіледі. Жасушаның бөлінуге дайындық кезеңінен кейін бірінен соң бірі жүретін және өзара байланысты фазалар (1-4) болады.

26. Ядро көлемі үлкейіп, хромосомалар ширатыла бастайтын фаза бейнеленген сурет
   a) 2
   b) 1
   c) 3
   d) 4
27. Митоздың алғашқы сатысы (суретте –1)
   a) анафаза
   b) метафаза
   c) профаза
   d) телофаза
28. Бір-біріне қарама-қарсы митоз фазалары
   a) профаза мен анафаза
   b) метафаза мен телофаза
   c) метафаза мен профаза
   d) профаза мен телофаза
29. Митоздың соңғы сатысы (суретте – 4)
   a) анафаза
   b) профаза
   c) метафаза
   d) телофаза
30. Цитокинез процесі жүретін фаза бейнеленген сурет
   a) 4
   b) 1
   c) 2
   d) 3

СӘЙКЕСТЕНДІРУ ТЕСТ ТАПСЫРМАЛАРЫ

31. Оргникалық заттарды синтездейтін органоидтарды сәйкестендіріңіз

a) нәруыз-1	1. Түйіршікті ЭПТ 2. Гольджи жиынтығында 3. Тегіс ЭПТ 4. Митохондрияда
b) липитдер-3	

32. Сүрек пен камбий жасушаларын сәкестендіріңіз

a) камбий-2	1. Сабақтың ең сыртқы қабаты 2. Түзуші ұлпа қабаты 3. Сабақтың ең кіші қабаты 4. Ағаш сабағының негізгі қабаты
b) сүрек-4	

33. Омыртқасыздарды белгілеріне қарай сәйкестендіріңіз

a) жалпақ құрттар-2	1. Сыртқы қаңқасы хитинді, жасушалары 3 қабаттан тұрады 2. Мезодерма қабаты түзіледі 3. Денесі буылтықтарға бөлінген 4. Арнайы тері қатпары (мантия) бар
b) ұлулар-4	

34. Асқорту ферменттерін қызметтерін сәйкестендіріңіз

a) амилаза-4	1. Мальтозаның ыдырауын катализдейді 2. Майларды емульгациялайтын өт бөледі 3. Нәруыздардың аминқышқылдарына дейін ыдыратады 4. Крахмалды глюкозаға дейін ыдыратады
b) пепсин-3	

35. Эмбриогенез даму сатыларын сәйкестендіріңіз

a) гаструла-2	1. Жасушалар мөлшері бірдей көпжасушалы, бір қабатты ұрық 2. Ұрық жасушаларында түрлі қабықшалардың пайда болу сатысы, жасушалардың екі қабығын түзеді 3. Аталық және аналық ұрық жасушаларының қосылуы 4. Гаметалардың пайда болу сатысы
b) бластула-1	

БІР НЕМЕСЕ БІРНЕШЕ ДҰРЫС ЖАУАБЫ БАР ТЕСТ ТАПСЫРМАЛАР

36. Серологиялық зерттеу әдісінің реакциясы (-лары)
- a) перитонеалды
- b) гемодиализ
- c) гепатореналды
- d) сплайсинг
- **e) иммуноферментті**
- **f) агглютинация**

37. Липаза ферменттің әсерінен майлардың ыдырауынан түзілетін зат (-тар)
- **a) май қышқылдары**
- b) мальтоза
- c) глюкоза
- d) гликоген
- **e) глицерин**
- f) аминқышқылдары

38. Бауыр аурулары В және С гепатиттерінің жұғу жол (-дар) ы
- a) ауру жануарлардың сүтін пайдаланғанда
- **b) науқас анадан балаға босану кезінде**
- **c) ауру адамның қанын құйған кезде**
- d) ауа тамшылары арқылы
- e) жуылмаған көкөністерді жеген кезде
- **f) аура адаммен жыныстық қатыныста болғанда**

39. Аэробты тыныс алу кезінде түзілетін зат (заттар)
- a) 2 АТФ
- **b) H_2O**
- c) 2 молекула $C_3H_6O_3$
- d) 1 молекула $C_3H_6O_3$
- **e) CO_2**
- **f) 36 АТФ**

40. Берілген суретке қандай сипаттама тән?

a) өткізгіш ұлпасы дамымаған

b) ылғалды жерлерде өседі

c) тұқым арқылы көбейеді

d) өткізгіш ұлпалары жақсы жетілген

e) жоғары сатыдағы споралы өсімдік
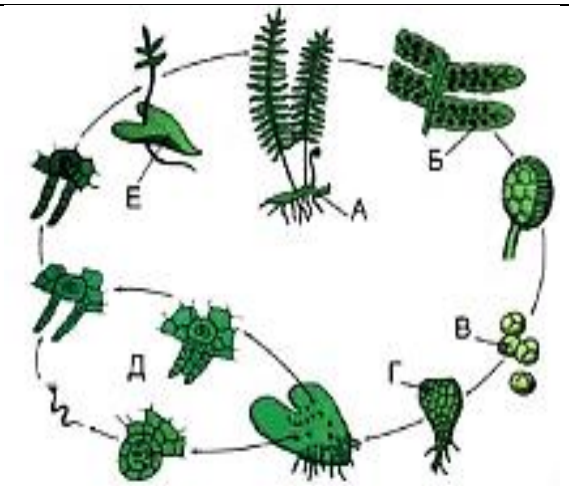
f) төменгі сатыдағы өсімдік